UNIVERSIDAD PONTIFICIA BOLIVARIANA

INGENIERÍAS – CENTRO DE CIENCIA BÁSICA

ACTIVIDAD OPCIONAL DE REPASO

Instrucciones: El desarrollo de esta actividad se debe entregar en forma individual o por parejas en la clase de martes 1 de febrero, se desarrolla a mano (no digitar) y en hojas. La calificación máxima de la actividad será de 1 unidad que se sumaría a una nota de seguimiento.

Importante: Para cada ejercicio dado en necesario escribir el procedimiento llevado a cabo para encontrar la solución.

Ejercicio 1.

Calcular "x". $\overleftrightarrow{L_1} // \overleftrightarrow{L_2}$

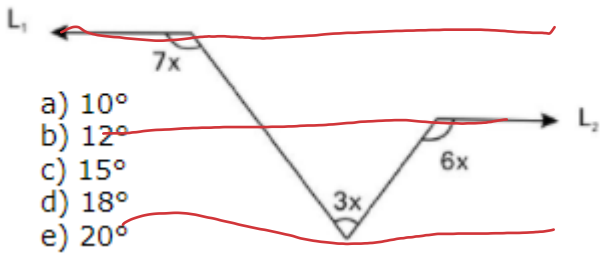

a) 10°
b) 12°
c) 15°
d) 18°
e) 20°

Ejercicio 2.

20+20=40

Calcular "x"

a) 40°
b) 50°
c) 60°
d) 20°
e) 10°

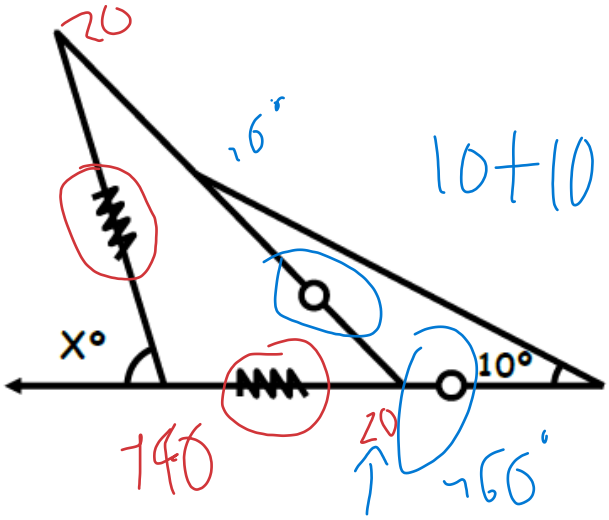

10+10=20

Ejercicio 3.

De la figura, halle el valor de "ω" si AP es mediana.

a) 15

b) 20

c) 25

d) 30

e) 35

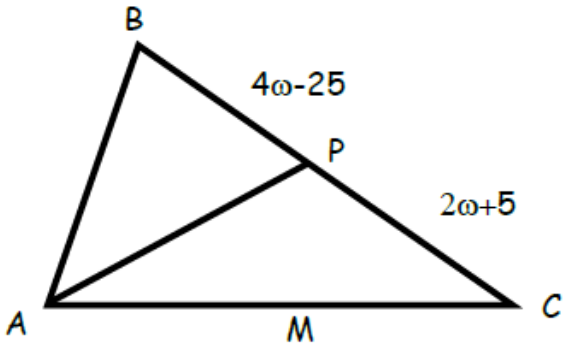

Ejercicio 4.

Sea el sistema compatible determinado:

$2x + 3ay = 7$

$3x + y = 8$

Indicar el valor que "a" no puede tomar:

a) 5/4 b) 2/7 c) 2/9

d) 3/9 e) 9/3

Profesor,

William Alexander Torres Zambrano

william.torres@upb.edu.co